① a_t中 $\int$ 为速率是标量

$a_t = \frac{dv}{dt}$ → 反映的未来时刻的切向加速度和v的变化率有关　$a_n = \frac{v^2}{\rho}$ → 和v有关

$a^2 = a_t^2 + a_n^2$　　曲率半径

能量与线量的关系：


导 $\begin{cases} \Delta S = R\Delta\theta \\ v = R\omega \end{cases}$

导 $\begin{cases} a_t = R\alpha \text{(角加)} \\ a_n = R\omega^2 \end{cases}$

解题法：(两者同用)☆☆ 元位移

求导：运动学方程(条件几何关系) 定义 $v = \frac{ds}{dt}$

积分：找初末状态各物理量　$\int_{v_0}^{v} dv = \int_{t_0}^{t} a(t)dt$



换元法找 vx 关系

$a = \frac{dv}{dt} = \frac{dv}{dx}\frac{dx}{dt} = v\frac{dv}{dx} \Leftrightarrow \int mv\frac{dv}{dx} = \int kx$

不是已知对谁求、

积分符号写错(是谁减谁)　$\int_0^v$ 不代表减项为0　计算错有符号错，我这样给3分，

判方向看两个矢量方向，几何关系易错，变量混

第一章：

相对运动力用向量判断作

$a_{P0} = a_{PO'} + a_{O'0}$　谁特在谁身上

填空题（共9题，45.0分）

14. (5.0分) 一质点在xy平面内做曲线运动，其运动方程为$\vec{r}=t^2\vec{i}+(t^2-2t)\vec{j}$(SI)，则在任意$t$时刻，质点切向加速度的大小为____。

什么时候是标量形式，什么时候是矢量

$\vec{a}_{矢}=\vec{v}'$

$a_{标}=\frac{dv}{dt}=v'$ ← 为标量

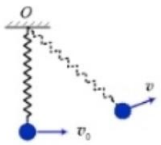
若给的是矢量式，要先化为标量☆

切向为标量呀

$\vec{v}=2t\vec{i}+(2t-2)\vec{j}$

$v=\sqrt{(2t)^2+(2t-2)^2}$

11、 一根劲度系数为k、原长为l的轻质弹簧，上端悬挂在O点，下端系一个质量为m的小球（可视为质点）。现给予小球一个水平方向的初速度v_0，使小球在竖直平面内向上摆动。若以小球和弹簧作为一个系统，则小球在上摆过程中，下列说法正确的是（　）



(5分)

A、 系统的机械能守恒，系统对O点的角动量守恒

B、 系统的机械能不守恒，系统对O点的角动量守恒

C、 系统的机械能守恒，系统对O点的角动量不守恒

D、 系统的机械能不守恒，系统对O点的角动量不守恒

正确答案：D

要自转地球才守恒

一、单选题（共11题，55分）

1、 一质点在 xy 平面内做曲线运动，其任意时刻的位置矢量为$\vec{r}=\vec{r}(x,y)$，s代表路程，$\vec{v}$表示质点的速度，$\vec{a}$表示加速度，则在下述几种表述中完全正确的是(　)。

(5分)

矢量形式　标：$d\vec{r}$　$|d\vec{r}|$　$d\vec{v}$

标：ds

A. $v=\frac{|d\vec{r}|}{dt}=\frac{dr}{dt}$

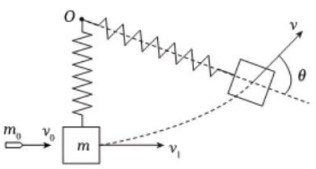
B. $v=\frac{dr}{dt}=\sqrt{\left(\frac{dx}{dt}\right)^2+\left(\frac{dy}{dt}\right)^2}$　$v=\frac{ds}{dt}=\frac{|dr|}{dt}$

C. $a=\frac{d^2r}{dt^2}=\sqrt{\left(\frac{d^2x}{dt^2}\right)^2+\left(\frac{d^2y}{dt^2}\right)^2}=\frac{dv}{dt}$

D. $\vec{a}=\frac{d\vec{v}}{dt}=\frac{dv_x}{dt}i+\frac{dv_y}{dt}j$　$=\frac{dv_x}{dt}+\frac{dv_y}{dt}$

正确答案：A

如图所示，在光滑的水平桌面上，放着一个质量为m的木块，木块与一个劲度系数为k、原长为l_0的轻弹簧相连，弹簧的另一端固定于桌面上的O点，开始时弹簧无伸长。有一质量为m_0的子弹以速度v_0垂直于弹簧射向木块m，并嵌入木块中。试求：当弹簧的长度变为$l(l>l_0)$时木块的速度v以及速度方向与立伸方向之间的夹角θ。



该过程也满足机械能守恒定律

以木块的速度方向为正方向，由角动量守恒定律得：

$(m_0+m)v_1l_0=(m_0+m)vl\sin\theta$

由机械能守恒定律得：

$\frac{1}{2}(m_0+m)v_0^2=\frac{1}{2}(m_0+m)v^2+\frac{1}{2}k(l-l_0)^2$

其中θ为木块运动方向与弹簧轴线方向之间的夹角；

解得木块速度的大小

$v=\sqrt{(\frac{m_0v_0}{m_0+m})^2-\frac{k(l-l_0)^2}{m_0+m}}$,

$\theta=\arcsin$

$(\frac{m_0v_0l_0}{l(m_0+m)}\sqrt{(\frac{m_0v_0}{m_0+m})^2-\frac{k(l-l_0)^2}{m_0+m}})$

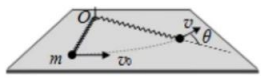
答：当弹簧的长度变为$l(l>l_0)$时木块的速度是

$\sqrt{(\frac{m_0v_0}{m_0+m})^2-\frac{k(l-l_0)^2}{m_0+m}}$，速度方向与立伸方向之间的夹角是

$\arcsin(\frac{m_0v_0l_0}{l(m_0+m)}\sqrt{(\frac{m_0v_0}{m_0+m})^2-\frac{k(l-l_0)^2}{m_0+m}})$

☆☆☆☆☆

长l_0，现给予小球一个水平向右、且与弹簧垂直的初速度v_0。当弹簧的长度变为 l 时，小球的速度方向与弹簧伸长方向之间的夹角为θ。为了求出θ应满足的条件，有四位同学列出了以下四个不同的方程组，其中正确的是(　　)。



A. $\frac{1}{2}mv_0^2=\frac{1}{2}mv^2+\frac{1}{2}k(l-l_0)^2$

$mv_0l_0=mvl\sin\theta$

B. $\frac{1}{2}mv_0^2=\frac{1}{2}mv^2+\frac{1}{2}k(l-l_0)^2$

$mv_0l_0=mvl\cos\theta$

C. $\frac{1}{2}mv_0^2+\frac{1}{2}kl_0^2=\frac{1}{2}mv^2+\frac{1}{2}kl^2$

$mv_0l_0=mvl\cos\theta$

D. $\frac{1}{2}mv_0^2+\frac{1}{2}kl_0^2=\frac{1}{2}mv^2+\frac{1}{2}kl^2$

$mv_0l_0=mvl\sin\theta$

第三章 2力

元位移而不是 Δx

$dA = F \cdot dr = (5+4x)dx$

$A = \int_1^{16} \cdots$

极元思想

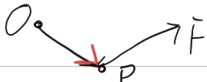
$dx = v\,dt$ 前已求出 $dx = \frac{k}{2}t^2 dt$

$dA = F \cdot dx$

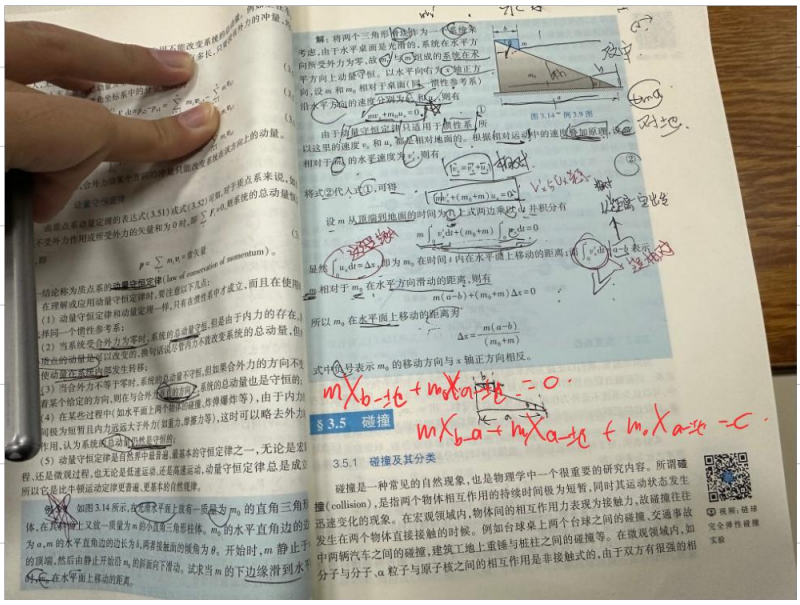
$E_p = -G\frac{m_E m}{r}$ 无穷远势为零

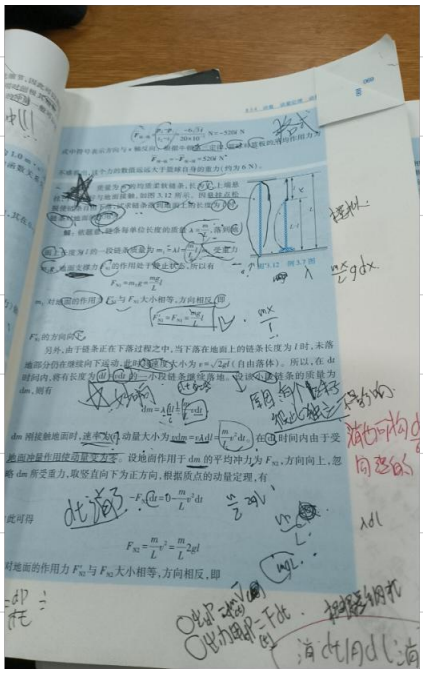
无穷远为元位移时间，联系 $dm = m\,dt = \frac{dx}{l}m$

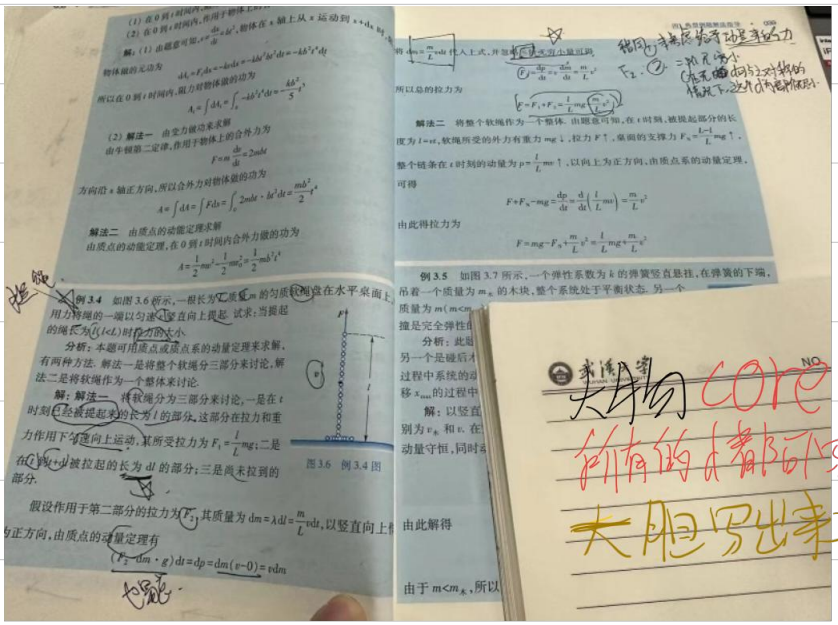
三守恒



用相对运动解题，换参考系







大物 core：找到各物理量之间的关系，

所有的 dx 都写出来，无穷小有点

大胆写出来不要怕

利用积分出质量/转动惯量之和

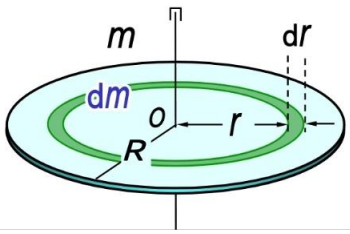
$$dI_C = r^2 dm = r^2 \frac{m}{L} dr$$

$$I_C = \int_{-\frac{L}{2}}^{\frac{L}{2}}$$

能无限在延长的基础上

匀质圆盘对通过质心且与盘垂直的转轴的

面密度 $\frac{m}{\pi R^2}$ $2\pi r dr$

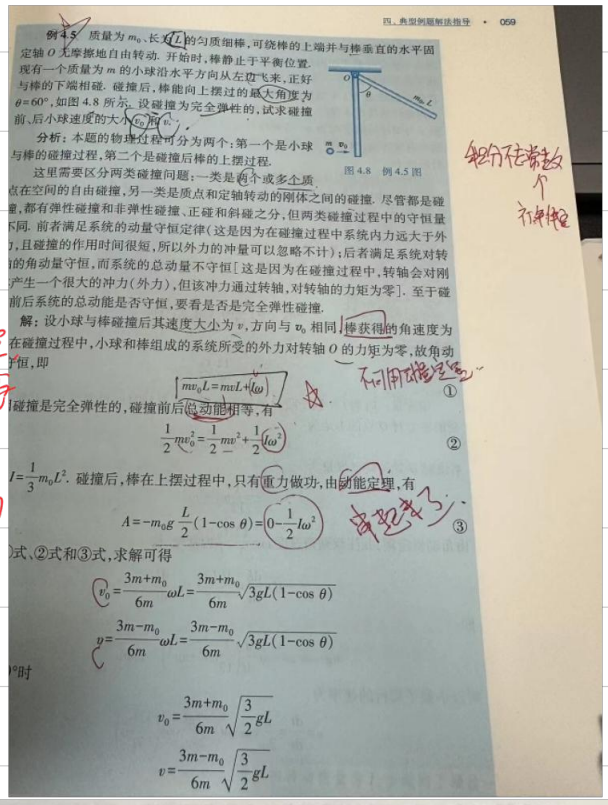


取半径为 r，宽为 dr 的窄带园环，其质量为：

$$dm = \frac{m}{\pi R} \cdot 2\pi r \cdot dr$$

$$= \frac{2mr}{R^2} dr$$

惯量 用此方法 找ds dr 太牛b了 重要了



例 4.5 质量为 m_0、长为 L 的匀质细棒，可绕棒的上端并与棒垂直的水平固定轴 O 无摩擦地自由转动. 开始时，棒静止于平衡位置. 现有一个质量为 m 的小球沿水平方向从左边飞来，正好与棒的下端相碰. 碰撞后，棒能向上摆过的最大角度为 $\theta=60°$，如图 4.8 所示. 设碰撞为完全弹性的，试求碰撞前、后小球速度的大小 v_0 和 v.

分析：本题的物理过程可分为两个：第一个是小球与棒的碰撞过程，第二个是碰撞后棒的上摆过程.

这里需要区分两类碰撞问题：一类是两个或多个质点在空间的自由碰撞，另一类是质点和定轴转动的刚体之间的碰撞. 尽管都是碰撞，都有弹性碰撞和非弹性碰撞、正碰和斜碰之分，但两类碰撞过程中的守恒量不同. 前者满足系统的动量守恒定律（这是因为在碰撞过程中系统内力远大于外力，且碰撞的作用时间很短，所以外力的冲量可以忽略不计）；后者满足系统对转轴的角动量守恒，而系统的总动量不守恒［这是因为在碰撞过程中，转轴会对刚棒产生一个很大的冲力（外力），但该冲力通过转轴，对转轴的力矩为零］. 至于碰撞前后系统的总动能是否守恒，要看是否是完全弹性碰撞.

解：设小球与棒碰撞后其速度大小为 v，方向与 v_0 相同，棒获得的角速度为 ω. 在碰撞过程中，小球和棒组成的系统所受的外力对转轴 O 的力矩为零，故角动量守恒，即

$$mv_0 L = mvL + I\omega \quad ①$$

碰撞是完全弹性的，碰撞前后总动能相等，有

$$\frac{1}{2}mv_0^2 = \frac{1}{2}mv^2 + \frac{1}{2}I\omega^2 \quad ②$$

$I = \frac{1}{3}m_0 L^2$. 碰撞后，棒在上摆过程中，只有重力做功，由动能定理，有

$$A = -m_0 g \frac{L}{2}(1-\cos\theta) = 0 - \frac{1}{2}I\omega^2 \quad ③$$

①式、②式和③式，求解可得

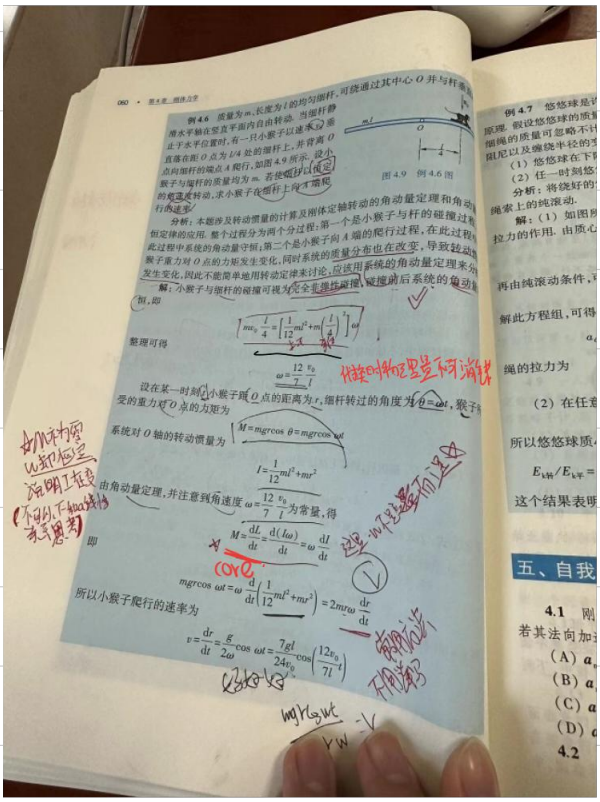
$$v_0 = \frac{3m+m_0}{6m}\omega L = \frac{3m+m_0}{6m}\sqrt{3gL(1-\cos\theta)}$$

$$v = \frac{3m-m_0}{6m}\omega L = \frac{3m-m_0}{6m}\sqrt{3gL(1-\cos\theta)}$$

当时

$$v_0 = \frac{3m+m_0}{6m}\sqrt{\frac{3}{2}gL}$$

$$v = \frac{3m-m_0}{6m}\sqrt{\frac{3}{2}gL}$$



例 4.6 质量为 m、长度为 l 的均匀细杆，可绕通过其中心 O 并与杆垂直的水平光滑固定轴在竖直平面内自由转动. 当细杆静止于水平位置时，有一只小猴子以速率 v_0 垂直落在距 O 点为 $l/4$ 处的细杆上，并背离 O 点向细杆的端点 A 爬行，如图 4.9 所示. 设小猴子与细杆的质量均为 m. 若使细杆以匀角速度 ω 转动，求小猴子在细杆上爬行的速度.

分析：本题涉及转动惯量的计算及刚体定轴转动的角动量定理和角动量守恒定律的应用. 整个过程分为两个分过程：第一个是小猴子与杆的碰撞过程，在此过程中系统的角动量守恒；第二个是小猴子向 A 端的爬行过程，在此过程中系统的角动量分布也在改变，导致转动惯量改变. 小猴子重力对 O 点的力矩发生变化，同时系统的质量分布也在改变，导致转动惯量发生变化，因此不能简单地用转动定律来讨论，应该用系统的角动量定理来分析.

解：小猴子与细杆的碰撞可视为完全非弹性碰撞，碰撞前后系统的角动量守恒，即

$$m v_0 \frac{l}{4} = \left[\frac{1}{12}ml^2 + m\left(\frac{l}{4}\right)^2\right]\omega$$

整理可得

$$\omega = \frac{12}{7}\frac{v_0}{l}$$

设在某一时刻小猴子距 O 点的距离为 r，细杆转过的角度为 $\theta=\omega t$，猴子受的重力矩于 O 点的力矩为

$$M = mgr\cos\theta = mgr\cos\omega t$$

系统对 O 轴的转动惯量为

$$I = \frac{1}{12}ml^2 + mr^2$$

由角动量定理，并注意到角速度 $\omega = \frac{12}{7}\frac{v_0}{l}$ 为常量，得

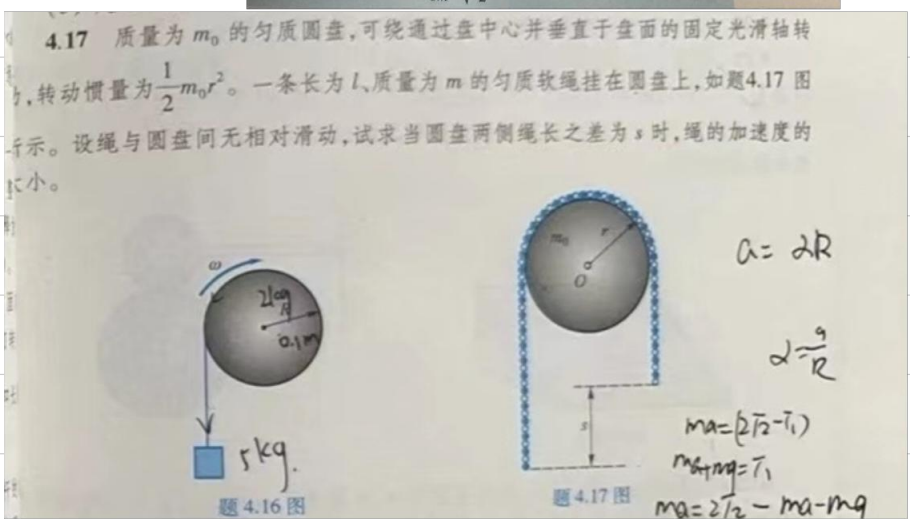
$$M = \frac{dL}{dt} = \frac{d(I\omega)}{dt} = \omega\frac{dI}{dt}$$

即

$$mgr\cos\omega t = \omega\frac{d}{dt}\left(\frac{1}{12}ml^2 + mr^2\right) = 2m\omega r\frac{dr}{dt}$$

所以小猴子爬行的速率为

$$v = \frac{dr}{dt} = \frac{g}{2\omega}\cos\omega t = \frac{7gl}{24v_0}\cos\left(\frac{12v_0}{7l}t\right)$$



4.17 质量为 m_0 的匀质圆盘，可绕通过盘中心并垂直于盘面的固定光滑轴转动，转动惯量为 $\frac{1}{2}m_0 r^2$. 一条长为 l、质量为 m 的匀质软绳挂在圆盘上，如题 4.17 图所示. 设绳与圆盘间无相对滑动，试求当圆盘两侧绳长之差为 s 时，绳的加速度的大小.

题 4.16 图

题 4.17 图

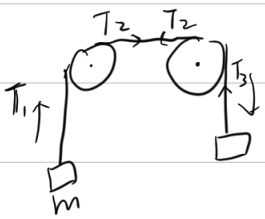
$a = 2R$

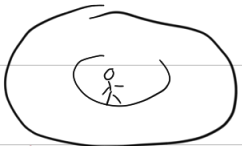
$\alpha = \frac{a}{R}$

$ma = 2T_2 - T_1$

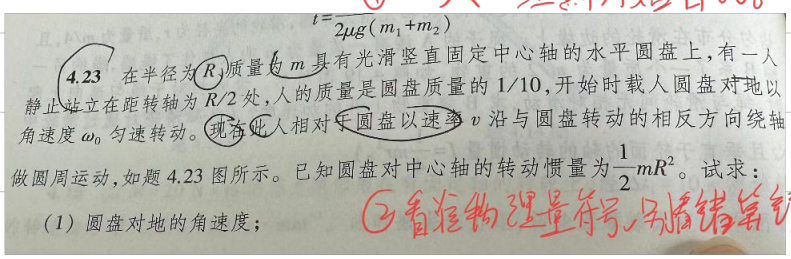
$mg + mg = T_1$

$ma = 2T_2 - ma - mg$





① 人 注意初始有 ω_0 易忘



$$t = \frac{2\mu g(m_1+m_2)}{}$$

4.23 在半径为 R、质量为 m 具有光滑竖直固定中心轴的水平圆盘上，有一人静止站立在距转轴为 $R/2$ 处，人的质量是圆盘质量的 1/10，开始时载人圆盘对地以角速度 ω_0 匀速转动. 现在此人相对于圆盘以速率 v 沿与圆盘转动的相反方向绕轴做圆周运动，如题 4.23 图所示. 已知圆盘对中心轴的转动惯量为 $\frac{1}{2}mR^2$. 试求：

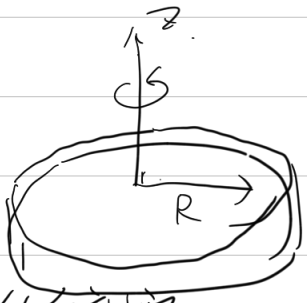
（1）圆盘对地的角速度；

② 看准物理量符号，勿错错算错

$2\pi r dr\,\rho$

dI_C

$\rho = \frac{m}{\pi R^2}$

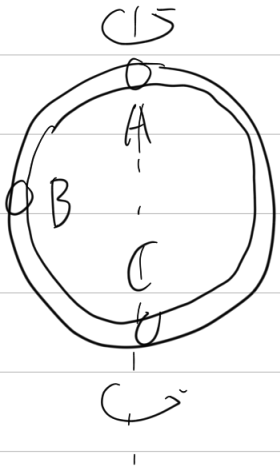


$\rho = \frac{M}{\pi R^2}$

$\int_0^R r\rho(2\pi r\,dr)g = \frac{2}{3}MgR$

$Mt = J\cdot w$

所受摩擦：



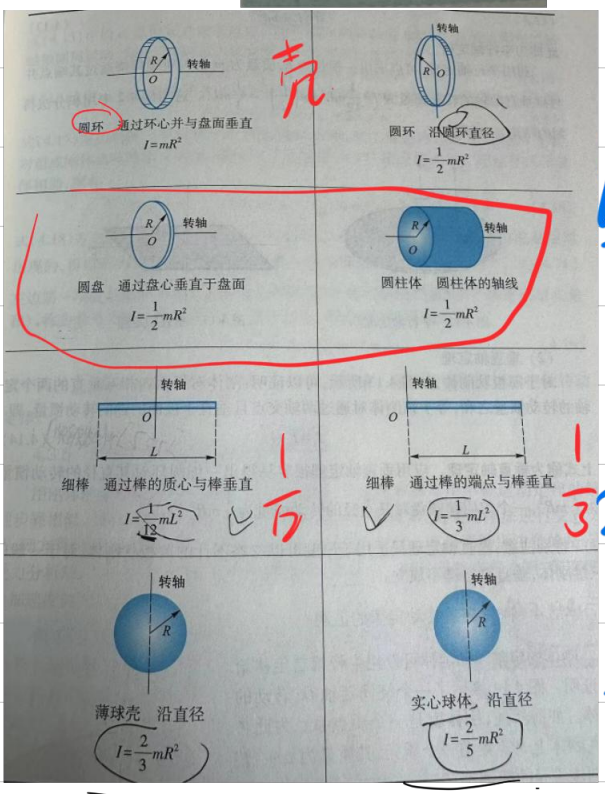
速度分解 B处 $V = \sqrt{V_0^2 + w^2R^2}$

此时可以

角表示的动能 和动能可以一起运算

平行轴定理：$I = I_C + md^2$

正交轴定理：$I_z = I_x + I_y$




壳

圆 $\frac{1}{2}$

1/3。1/2。1/12

$\frac{1}{12}$ $\frac{1}{3}$ 杆3

$\frac{2}{3}$ $\frac{2}{5}$



角动量守恒

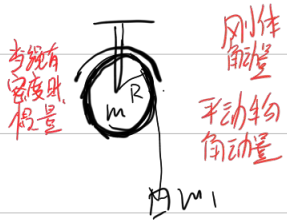
角动量 角运动学求解 力矩 力×R ←别忘

学会若一个系统有多个共轴、刚体或转动物体

$$A_{\text{外力矩}}+A_{\text{非保守内力矩}}=\Delta E_{\text{机械}}$$
$$(E_{\text{动}}+E_{\text{势}})-(E_{0\text{动}}+E_{0\text{势}})$$
$$(E_{\text{平动}}+E_{\text{转动}})\quad(E_{0\text{平动}}+E_{0\text{转动}})$$

刚体动：$A=M\Delta\theta$ 易错点：力矩要乘R

1、用角动量定理求解：整体法



考虑有空间角度的角动量

刚体角动量

平动物角动量

合外力矩：$\sum M_{\text{外}}=m_1g\cdot R$

m对O的角动量：$L_m=I\omega$

m_1对O的角动量：$L_{m_1}=m_1v\cdot R$

长过程传递

2、回转仪原理：角动量守恒

3、



转动定理

$\int F\cdot r\,dt=I_1(\omega_1-\omega)$

$\int_0^t F\cdot R\,dt=I_2(\omega_2-0)$

易错点运算

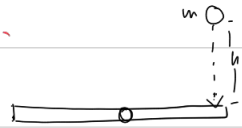
角动量守恒：$mv_0l=I\omega-mvl$ ★

转动 平动

$l\cdot mv\cong I\omega$

$\frac{1}{2}mv^2\cong\frac{1}{2}I\omega^2$

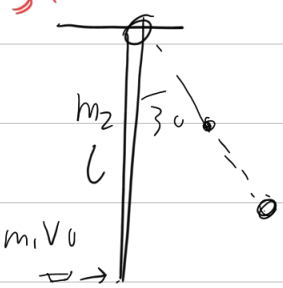
4、



机械能守恒 $\frac{1}{2}mv_0^2=\frac{1}{2}mv^2+\frac{1}{2}I\omega^2$

$\begin{cases}v\\ \omega\end{cases}$

5、



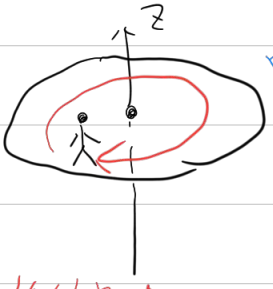
$l\cdot m_1v_0=I\omega+m_1vl=\omega(I+m_1l^2)$

分开力矩对比再求和：

$m_1=m_2g\cdot\frac{1}{2}l\cos\theta$ $\quad m_2=m_1g\cdot\frac{1}{2}l\cos\theta$

$m_1+m_2\cdot d\theta=\frac{1}{2}m_1v_{共}^2+\frac{1}{2}I\omega^2$

6 人船



$I_{人}\overset{\theta}{\omega}_{人地}+I_{台}\overset{\theta}{\omega}_{台地}=0\Rightarrow\theta_{人地}=-\frac{m}{2m}\omega_{台地}$ ①

易忘 ★ $\theta_{人地}=\theta_{人台}+\theta_{台地}$ ②

给的是 $\theta_{人台}=2\pi$ ★

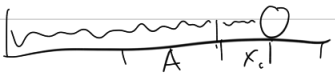
机械振动 物理part

利用 $F_{(n)}=ma=m\frac{d^2x}{dt^2}$ → 受力分析 得微分方程

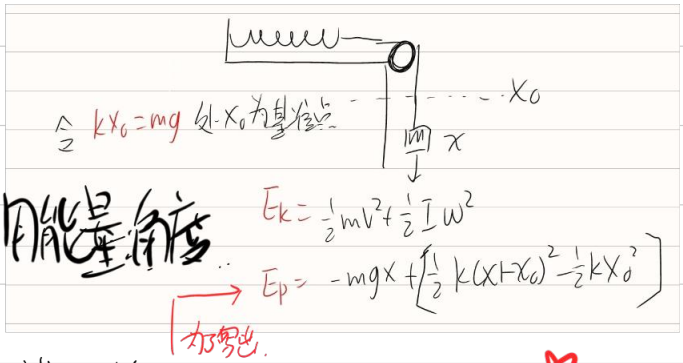
弹: $\omega=\sqrt{\frac{k}{m}}=\frac{v_{max}}{A}$ 单: $\sqrt{\frac{g}{l}}$ 复: $\sqrt{\frac{mgl}{I}}$

$T=\frac{2\pi}{\omega}=\frac{1}{f}=\frac{1}{n}$

注意各物理量的方向 ☆ V →



受力分析: $F=ma$ 或 $M=I\alpha$ (证线性力与x成正比)



用能量角度

弹簧处 $F=k(x_0+x)$ ✗
$=\underbrace{mg}_{平衡}+kx$ 只V

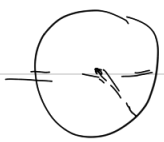
$0=m\frac{d^2x}{dt^2}+kx+0V$

① 找平衡位置，设出x和x_0 ☆

② 作受力分析，列方程

③ 角度: $a+\omega^2x=0$ (微分方程)

逆转矢量法:



①t=0时A大小为A.
②逆时针.
③角速度为ω
$\Delta t=t_2-t_1=\frac{\Delta\varphi}{\omega}$

$A=\sqrt{x_0^2+\frac{v_0^2}{\omega^2}}$ ☆ $\varphi=\arctan\left(-\frac{v_0}{\omega x_0}\right)$ ☆ 公式法表达式

简谐运动的合成:

1、同方向，同频率: $A=\sqrt{A_1^2+A_2^2+2A_1A_2\cos(\varphi_2-\varphi_1)}$: $A\cos(\omega t+\varphi)$

$\tan\varphi=\frac{A_1\sin\varphi_1+A_2\sin\varphi_2}{A_1\cos\varphi_1+A_2\cos\varphi_2}$

2、不同频率 $x=2A\cos\left(\frac{\omega_2-\omega_1}{2}t\right)\cos\left(\frac{\omega_2+\omega_1}{2}t+\varphi\right)$

3、同频率垂直.

机械波 $A\cos(\omega t+\varphi)$

1. 求运动表达式（确A、ω、φ）

①跟据文字求
②跟据~~LA~~图像求
③分析力学求

用这个学 用这个学 用这个学

$\omega=\sqrt{\frac{a_{max}}{A}}$ $\omega=\frac{2\pi}{T}=2\pi f$

难点：初相位求解（动静、宏观）

利用旋转矢量法

已知①曲线 ~~LA~~ ②

速度看切线

$V_0=-\omega A\sin\varphi$ 已有的两 → 二者 共判 φ

$X_0=A\cos\varphi$ 这步必写!!!!!

实际的a和试的$-A\omega^2\cos(\omega t+\varphi)$之间的转化

V、X同理

例 已知

一物作简谐振动

$m=0.10\text{kg}$

$A=1.0\times10^{-2}\text{m}$

$a_{max}=4.0\text{m/s}^2$

求

(1) 振动周期

(2) 通过平衡位置时的动能

(3) 总能量

(4) 动能与势能相等时的位置

解法提要

(1) $a=d^2x/dt^2=-A\omega^2\cos(\omega t+\varphi)$

$a_{max}=A\omega^2=4.0\text{m/s}^2$

所以 $\omega=\sqrt{a_{max}/A}=20\text{ rad/s}^2$

$T=2\pi/\omega=0.314\text{ s}$

(2) 在平衡位置处，物体具有最大速度 $v_{max}=A\omega$

$E_k=\frac{1}{2}mv_{max}^2=\frac{1}{2}mA^2\omega^2=2.0\times10^{-3}\text{ J}$

(3) $E_{总}=E_k+E_p=E_{k,max}=2.0\times10^{-3}\text{ J}$

(4) 因 $E=E_k+E_p$，当 $E_k=E_p$ 时

$E_p=\frac{1}{2}E_{总}=1.0\times10^{-3}\text{J}$ $x=\pm\sqrt{\frac{2E_p}{m\omega^2}}$

$E_p=\frac{1}{2}kx^2=\frac{1}{2}m\omega^2x^2$ $=0.707\times10^{-2}\text{ m}$

2. 进阶 能量

$A=\sqrt{x_0^2+\frac{v_0^2}{\omega^2}}$ $\varphi=\arctan\left(-\frac{v_0}{\omega x_0}\right)$ ← $\begin{cases}X_0=A\cos\varphi\\V_0=-A\omega\sin\varphi\end{cases}$

能量：$E_p=\frac{1}{2}kx^2=\frac{1}{2}m\omega^2x^2$ $E=\frac{1}{2}kA^2$

$k=m\omega^2$

3. 求合成运动的振动表达式

①公式法 ②旋转矢量法

出 $A_{合}$、$\tan\varphi_{合}$

$A=\sqrt{A_1^2+A_2^2+2A_1A_2\cos(\varphi_1-\varphi_2)}$ $\tan\varphi=\frac{A_1\sin\varphi_1+A_2\sin\varphi_2}{A_1\cos\varphi_1+A_2\cos\varphi_2}$

机械波2


①波动表达式的列写及

$y(x,t)=A\cos[\omega(t\mp\frac{x}{u})+\varphi_0]=A\cos[\omega t\mp\frac{2\pi}{\lambda}x+\varphi_0]$ （前：沿x轴正向传播；后：沿x轴负向传播）

$v=\frac{\partial y}{\partial t}$　$a=\frac{\partial y}{\partial t^2}$


方向用Δt后，波形图对照看出，

$\Delta\varphi=2\pi\frac{\Delta x}{\lambda}=\frac{x}{u}\cdot\omega$　$\lambda=\frac{2\pi u}{\omega}$，$u=\frac{\lambda}{T}$（一个周期的长度）



切记是谁滞后谁：沿着波的传播方向波落后

$\varphi_0-\varphi_D=\frac{2\pi}{\lambda}d=\frac{\omega}{u}d$

易错点：当为  时应往前推一个时刻

而非表现为$\frac{\pi}{2}$比

$\cos(\varphi)=0$



$=\frac{\pi}{2}$

或$-\frac{\pi}{2}$

②相速度u的变换

$\frac{\omega}{2\pi}$

$\frac{2\pi}{\lambda}$

- $T=\frac{2\pi}{\omega}=\frac{1}{\nu}=\frac{1}{n}$

$u=\lambda\nu=\frac{\lambda}{T}=\frac{\omega\lambda}{2\pi}$　熟记这几个公式

旋转矢量法判定

先求振动表达式 后求波动表达式

③传播能量：　机械能不守恒

能量密度：$\overline{w}=\frac{1}{2}\rho A^2\omega^2$（成正比）

能流密度（波强）：$I=\overline{w}u=\frac{1}{2}\rho A^2\omega^2\cdot u=\frac{P}{S}$

波的干涉 ☆☆

$$A=\sqrt{A_1^2+A_2^2+2A_1A_2\cos\Delta\varphi}$$


$y_1=A_1\cos(\omega t+\varphi_{10}-2\pi\frac{r_1}{\lambda})$

$y_2=A_2\cos(\omega t+\varphi_{20}-2\pi\frac{r_2}{\lambda})$

$$\Delta\varphi=(\varphi_{20}-\varphi_{10})-\frac{2\pi}{\lambda}(r_{0B}-r_{0A})$$

恒定之因相对于波源 ↑ 注意 ↑ 先写出后代值

☆多背公式少想



当 $\Delta\varphi=\pm2k\pi$	当 $\Delta\varphi=\pm(2k+1)\pi$
$A_{max}=A_1+A_2$	$A_{min}=\lvert A_1-A_2\rvert$

当 $\varphi_{20}=\varphi_{10}$

$\delta=r_2-r_1$ 波程差



关键找到 $r_{0A}-r_{0B}$ 的 0 所对应的 r_{0A} 和 r_{0B} ☆

驻波：

反射端 S (固定端 Φ=π 波节)

法一：解 φ

- 驻波方程：$2A\cos(2\pi\frac{x}{\lambda}+\frac{\varphi_{20}-\varphi_{10}}{2})\cos(\omega t+\frac{\varphi_{20}+\varphi_{10}}{2})$ (和差化积)

关于x　关于y


用以求波节波腹 $=k\pi$

$=\frac{\pi}{2}+k\pi$

①找原点写②代特定角：

- 在反射点为波节，或者波腹提好性方程

法二：直接写



- x 走了多少，L+L-x 最后再加上一个 π ☆
- 求波节位置 和波腹位置
- 能量在波腹的 Ek 和波节的 Ep 之间转化。

热1 n为分子数密度 ν为物质的量

两个常数：
$R=8.31$
$k=\frac{R}{N_A}=1.38\times10^{-23}$

$E=\frac{m}{M}\frac{i}{2}RT=\frac{i}{2}PV$（用出T、P、V、E之类）
$=\frac{m}{M}\cdot N\bar{\varepsilon}_k$

已知不同过程变化公式统一

① $PV=\frac{m}{M}RT$ $\frac{m}{M}=n$物质的量
$P=nkT$ n：分子数密度 单位体积、分子数

② 压强公式 $P=\frac{2}{3}n'\bar{\varepsilon}_t=\frac{2}{3}n'\frac{1}{2}m_0\bar{v}^2$ $n'=\frac{N}{V}=\frac{n_m}{V}$（分子总数）
分子平均动能：$\bar{\varepsilon}_t=\frac{i}{2}kT$（$\varepsilon_t$平均平动能只和T有关）

例 已知 某氧器瓶内，氧气的压强 $p=1.00\text{atm}$
温度 $t=27°C$，视为理想气体，平衡态
求 氧分子的平均平动动能：$\bar{\varepsilon}_t$
分子数密度 n； 氧气的密度 ρ



解法提要

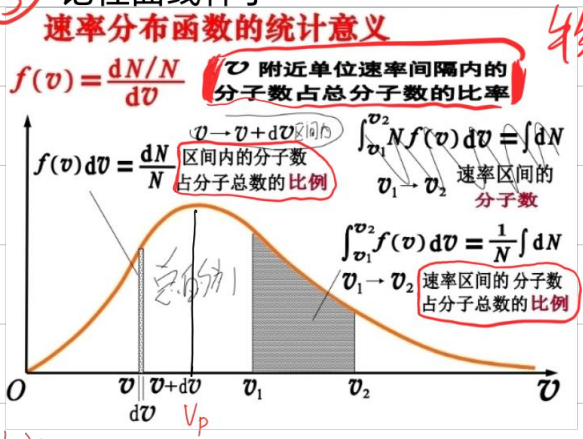
$\bar{\varepsilon}_t=\frac{3}{2}kT=\frac{3}{2}\times1.38\times10^{-23}\times(273+27)$
$=6.21\times10^{-21}\ (\text{J})$

由 $p=\frac{2}{3}n\bar{\varepsilon}_t=nkT$ 再由 $pV=\frac{m}{M}RT$

$n=3p/2\bar{\varepsilon}_t=2.66\times10^{25}$ 个·m^{-3}

$\rho=\frac{m}{V}=\frac{pM}{RT}=1.30\text{kg}\cdot\text{m}^{-3}$

③ 记住曲线样子



物理意义

$\int_0^\infty f(v)dv=1$

利用积分求平均速率：
① $\int_0^\infty f(v)dv=1$
② $\bar{v}=\int_0^\infty vf(v)dv$
③ $\overline{v^2}=\int_0^\infty v^2f(v)dv$ 方均

自由度 单 $i=t=3$
双 $i=t+r=5$
多 $i=t+r=6$

④ 速率分布图 结合$PV=\frac{m}{M}RT$考代换 选择题K和R可混用

最概然速率 $v_p=\sqrt{\frac{2kT}{m_0}}=1.41\sqrt{\frac{RT}{M}}$ 用它判断选项

平均速率 $\bar{v}=\sqrt{\frac{8kT}{\pi m_0}}=1.60\sqrt{\frac{RT}{M}}$

方均根速率 $\sqrt{\overline{v^2}}=\sqrt{\frac{3kT}{m_0}}=1.73\sqrt{\frac{RT}{M}}$

M越大的分子 v_p 越小

热2：知道、用state、用下化——物态方程

$PV=\frac{m}{M}RT=\nu RT$ core3

（ν：物质的量）

做功 $P(V_b-V_a)=\frac{m}{M}R\Delta T$

$A=\int p\,dV$

$dV>0$ 时 $A>0$ 对外做正功

$dV<0$ 时 $A<0$ 对外做负功

内能变化 core1 内能变化的 C_p 是右定义的

$\Delta E=\frac{i}{2}\frac{m}{M}R\Delta T=\frac{m}{M}C_V\Delta T$

$\Delta T>0$ 时 $\Delta E>0$ 内能增加

$\Delta T<0$ 时 $\Delta E<0$ 内能减小

热量 $Q=\frac{m}{M}C\Delta T=C\nu\Delta T=\nu C\Delta T$（$C$：摩尔热容）

（ν：物质的量）

热力学第一定律 core2

$Q=\Delta E+A$

吸热 $Q>0$

放热 $Q<0$

ΔE 只和初末有关★

$Q=\Delta E+A$

$Q=\Delta E=C_V\nu\Delta T=\frac{i}{2}\frac{m}{M}R\Delta T$ 等V（恒成立）

$Q=C_p$ $\Delta E=$ ↑ 等p

理想气体物态方程　热力学第一定律　$Q=\frac{m}{M}C\Delta T$　$\Delta E=\frac{m}{M}C_V\Delta T$　$A=\int pdV$

结合 $pV=\frac{m}{M}RT$　$Q=\Delta E+A$

$C_V=\frac{i}{2}R$　$C_p=C_V+R$　$\gamma=C_p/C_V$　γ大于1☆为Cp/Cv☆

过程	过程方程	ΔE 无论何时	A	Q
等体	$p_1/T_1=p_2/T_2$	$\frac{m}{M}C_V\Delta T$	0	$\frac{m}{M}C_V\Delta T$
等压	$V_1/T_1=V_2/T_2$	$\frac{m}{M}C_V\Delta T$	$p\cdot\Delta V=\frac{m}{M}R\Delta T$ 两个的相同的	$\frac{m}{M}C_p\Delta T$
等温	$p_1V_1=p_2V_2$	0	$\int_{V_1}^{V_2}pdV$ P对dT的积累为 $\frac{m}{M}RT\ln\frac{V_{2末}}{V_{1初}}$ 初减末	$\frac{m}{M}RT\ln\frac{V_2}{V_1}$
绝热	$pV^\gamma=$常量 $p_1V_1^\gamma=p_2V_2^\gamma$	$\frac{m}{M}C_V\Delta T$ 这个求※	$\frac{p_1V_1-p_2V_2}{\gamma-1}$	0

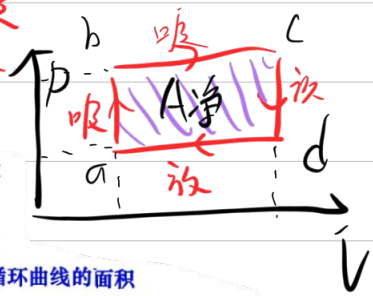
等 绝

$TV^{\gamma-1}=$ 常量

$p^{\gamma-1}T^{-\gamma}=$ 常量

γ大于1要记

热机只看顺时针吸　冷机只看逆　放　Q+Q累计



2. 计算各吸热过程吸收的热量之和，记为 $Q_1=Q_{吸}+Q_{吸}$

3. 计算循环过程中系统对外做的净功，记为 $A=p\text{-}V$ 图上循环曲线的面积

或：计算放热过程中放出热量的绝对值之和，记为 Q_2

$Q_2=|Q_{cd}|+|Q_{da}|$ ※

☆只管吸热部分，不管放热…

热机制冷：$Q_1-Q_2=A_{净}$　$E=0$　为绝对值

热：$\eta=\frac{A}{Q_1}=1-\frac{Q_2}{Q_1}$

冷：$w=\frac{Q_2}{A_{净}}$

卡诺循环：

$\eta=1-\frac{Q_2}{Q_1}=1-\frac{T_2}{T_1}$

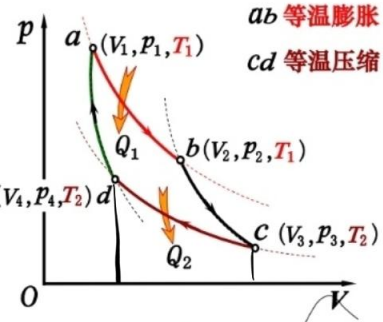
吸：$Q_1\sim T_1$

放：$Q_2\sim T_2$.

考做正循环

①绝②绝热自然等

卡诺循环过程的分析



ab 等温膨胀 吸热量 $Q_1=\gamma RT_1\ln\frac{V_2}{V_1}$

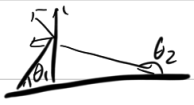
cd 等温压缩 放热量 $|Q_2|=\gamma RT_2\ln\frac{V_3}{V_4}$

bc 绝热膨胀 过程方程 $T_1V_2^{\gamma-1}=T_2V_3^{\gamma-1}$ V

da 绝热压缩 过程方程 $T_1V_1^{\gamma-1}=T_2V_4^{\gamma-1}$

$\frac{V_2}{V_1}=\frac{V_3}{V_4}$

两式对比 $\frac{Q_2=\gamma RT_2\ln\frac{V_2}{V_1}}{Q_1=\gamma RT_1\ln\frac{V_2}{V_1}}$ 得 $\frac{Q_2}{Q_1}=\frac{T_2}{T_1}$

带电直线： 
$E_x = \frac{\lambda}{4\pi\varepsilon_0 d}(\sin\theta_2 - \sin\theta_1)$
$E_y = \frac{\lambda}{4\pi\varepsilon_0 d}(\cos\theta_1 - \cos\theta_2) \to \frac{\lambda}{2\pi\varepsilon_0 d}$

圆环： 
$E = \frac{qx}{4\pi\varepsilon_0(x^2+R^2)^{\frac{3}{2}}} \to \frac{q}{4\pi\varepsilon_0 x^2}$

圆盘： 
$E = \frac{\sigma}{2\varepsilon_0}$（带电平面）（高斯）


$\varphi = 0$

无限大面 $E = \frac{\sigma}{2\varepsilon_0}$ 中

乙次考虑别的影响


考虑一面：$E = \frac{\sigma}{\varepsilon_0}$ 中

这样真空电场大小↑

一、电场分布

面积分不是体积 ⊗ $4\pi R^2$

高斯 $\Phi = \oint_S E \cdot dS = \frac{1}{\varepsilon_0}\sum q_i$ 求场强 $\to \frac{\sigma}{2\varepsilon_0}$





求面用环微为（也可二重积分）

求体积用面积分 $4\pi r^2$

当 dV 的函数，求体积分 $\int_0^{2\pi} d\theta \int_0^{\pi} d\varphi \, dp(r) r^2 \sin\varphi \, dr$



二、电势 $K = \frac{1}{4\pi\varepsilon_0}$

方一：电势叠加原理（不管零势面）

$\sum V_i = \sum \frac{q_i}{4\pi\varepsilon_0 r_i}$ 点电荷

$V = \int dV = \int \frac{dq}{4\pi\varepsilon_0 r}$ 带电体

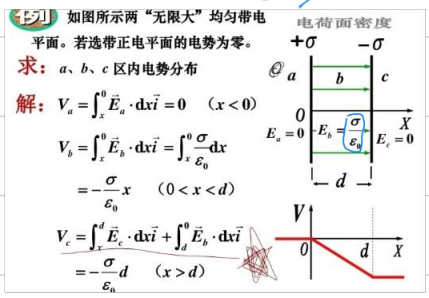
找微 dq 求积分区间

方二：

$V_x = \int_x^{P(\infty)} E \cdot dl$ 定义

P(∞)不一定为∞，以P(∞)为零势面题目定义

$U_{ab} = \int_a^b E \cdot dl = V_a - V_b$



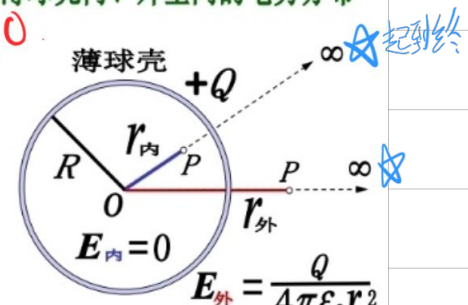
例 用电势定义法求均匀带电薄球壳内、外空间的电势分布

$$U_{内}=\int_p^{\infty}\vec{E}\cdot d\vec{r}$$ 路径 如不为0

$$=\int_{r_{内}}^{R}\vec{E}_{内}\cdot d\vec{r}+\int_R^{\infty}\vec{E}_{外}\cdot d\vec{r}$$

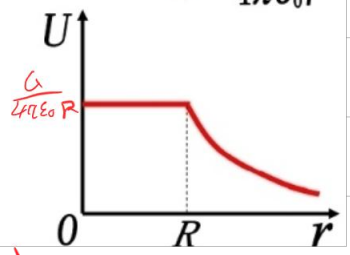
$$=0+\int_R^{\infty}\frac{Q}{4\pi\varepsilon_0 r^2}dr$$

$$=\frac{Q}{4\pi\varepsilon_0 R}$$ 不变量



$$U_{外}=\int_{r_{外}}^{\infty}\vec{E}_{外}\cdot d\vec{r}=\int_{r_{外}}^{\infty}\frac{Q\,dr}{4\pi\varepsilon_0 r^2}$$

$$=\frac{Q}{4\pi\varepsilon_0 r_{外}}$$ 与$r_{外}$成反比



★当零势面为∞时（电荷分布延伸到无限远的情形）



$$V_A-V_B=\int_a^b\vec{E}\,dl$$

均匀带电

$\lambda=\sigma R d\theta$

求电势 $V_a=\frac{W_a}{q}=\int_a^{P(0)}\vec{E}\,d\vec{l}$ 正有负断

求电势能（∞为零势）：直向外积：顺电场线 →

角标等

T ② $W=\int_{r_0}^{r_0+l}V\times dq$ ★

① $U_{ab}=\int_a^b\vec{E}\cdot dl=V_a-V_b$ ★

E与V的微分关系

$$E=-\frac{dV}{dl}$$

$$\vec{E}=-\mathrm{grad}V=-\left(\frac{\partial V}{\partial x}\vec{i}+\frac{\partial V}{\partial y}\vec{j}+\frac{\partial V}{\partial z}\vec{k}\right)$$

先求出V表达式 E=V对r

静电平衡

电场线正交于导体面

对于空腔有电荷者 

导体表面场强 $E=\frac{\sigma}{\varepsilon_0}$。

T

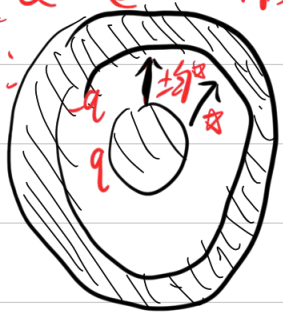
① 找感应电荷分布

② 求高斯 E，或用 Q 叠加

③ 积出 V

☆ Q+q（外 Q 对内场影响）

错误一：



求电势分布（难）

电场分布（简）

求 Q 总（E=?）

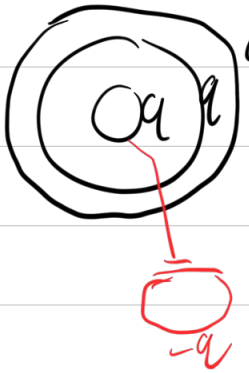
错误二：求球心的电势可用 $\frac{q}{4\pi\varepsilon_0 L}$

☆感应电荷在 R 距离处的积累。

求球壳上必须用 $\int_{R_1}^{\infty}\vec{E}\cdot d\vec{r}=\int_{R_1}^{\infty}\frac{Q}{4\pi\varepsilon_0 r^2}dr$

☆

错误三：

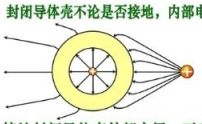


恒稳条件

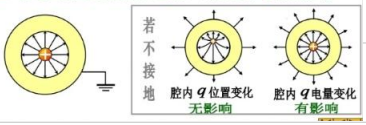
接地也成立

五、静电屏蔽——利用封闭导体壳隔离静电场的影响

▲ 封闭导体壳不论是否接地，内部电场不受壳外电荷影响



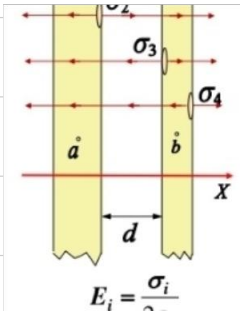
▲ 接地封闭导体壳外部电场，不受壳内电荷的影响



☆ 错误一：此处 E 取作 $\frac{\sigma}{2\varepsilon_0}$（单面）

单面场强叠加

错误！不能简单地将两个单方指等名分一半相应认他们加起来等于 0 处



$E_i=\frac{\sigma_i}{2\varepsilon_0}$

解法提要 (3) 导体静电平衡时 A、B 分别是等势体；两板之间的场强为

$$E=\frac{\sigma_1+\sigma_2}{2\varepsilon_0}-\frac{\sigma_3+\sigma_4}{2\varepsilon_0}=\frac{\sigma_A}{2\varepsilon_0}-\frac{\sigma_B}{2\varepsilon_0}$$

$$=\frac{1}{2\varepsilon_0}(\sigma_A-\sigma_B)$$

$$U_A-U_B=\int_0^d\vec{E}\cdot d\vec{l}=\frac{1}{2\varepsilon_0}(\sigma_A-\sigma_B)\int_0^d dl$$

$$=\frac{1}{2\varepsilon_0}(\sigma_A-\sigma_B)d$$

求电容：$C=\frac{Q}{U}=\frac{\varepsilon\varepsilon_0 S}{d}$（一个极板上绝对值）

（高斯出E，二法积出U）← 重

电容率 $=\varepsilon=\varepsilon_0\cdot\varepsilon_r$ 相对电容率

分析电容结构（会见一面）

利用电流法从入流到出

串、并联：$\frac{1}{C}=\sum\frac{1}{C_i}$　$C=\sum C_i$

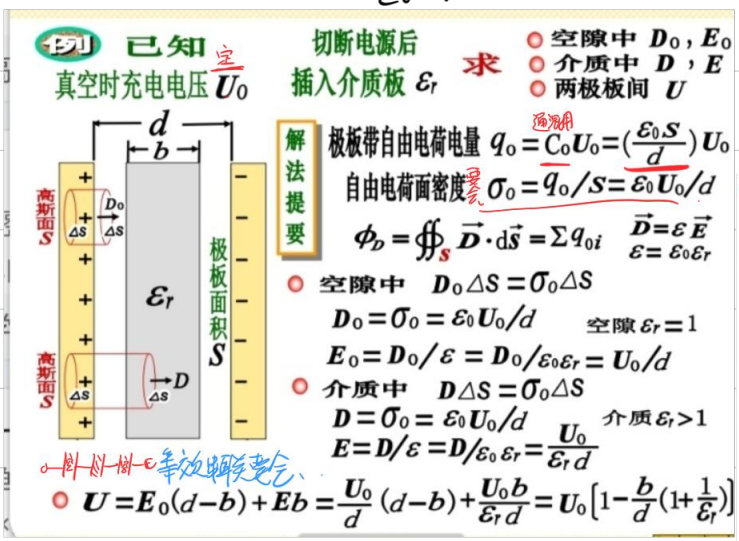
电极化强度矢量：$C=\frac{q}{\frac{E}{\varepsilon_r}}=\varepsilon_r C_{真空}$　$\varepsilon_r=\chi+1$ 相对电

$\sigma'=\vec{P}\cdot\vec{e}_n$（外法线方向）（$\theta=0$，和$\theta=\pi$时$=\pm P$）

电位移矢量

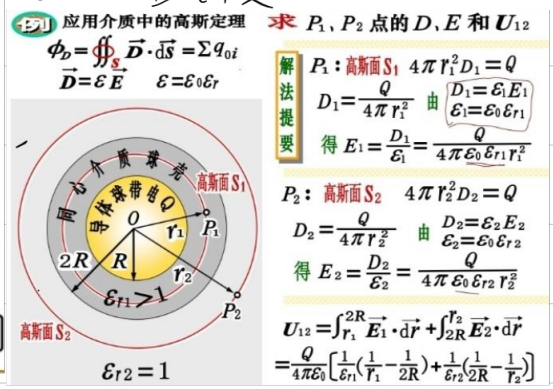
1. $\oint_S \vec{D}\cdot d\vec{S}=\sum q_0$（高斯）
2. $\vec{D}=\varepsilon_0\vec{E}+\vec{P}=\varepsilon_0\varepsilon_r\vec{E}$（$\vec{P}$成极和）（$E$关系）

平行板介质 $E=\frac{\sigma_0}{\varepsilon_0\varepsilon_r}$



cover1：$D_0\Delta S=\sigma_0\Delta S$（高斯）

切断后 q 不变



能量

方一：给电容 Q U 求：$W_e=\frac{Q^2}{2C}=\frac{1}{2}CU^2=\frac{1}{2}QU$（$C=\frac{Q}{U}$）

若先积出 C 可用这

方二：能力积分求 $\int dW_e=\frac{1}{2}(\varepsilon_r\varepsilon_0E^2)dV$　变形面 $=\frac{1}{2}(\varepsilon_r\varepsilon_0E^2)4\pi r^2dr$

善选一点，都可求。

步骤1：$w_e=\frac{W_e}{V}=\frac{1}{2}\varepsilon_0\varepsilon_rE^2=\frac{1}{2}\frac{D^2}{\varepsilon_0\varepsilon_r}=\frac{1}{2}DE$

↑是 r 的

步骤2：对体积积分出来。


☆


力


机械波


气体动理论

真空中静电场：电场，位势









题型一：求C：

法一：通过电势差 Q C 之

法二：分析静场结构特征

题型二：求V：由U的正负判断

题型三：求σ

$\sigma_i = P_i$ 在表面法线分量

题型四：动态平衡到电容器过程

